2025-2026 学年高三地理周测卷

（考试时间：60 分钟）

一、选择题：本题共 15 小题，每小题 3 分，共 45 分。在每小题给出的四个选项中，只有一项是符合题目要求的。

第五次中国城乡老年人生活状况调查显示，我国城乡老年人居住模式呈现出显著差异（图）。随着人口流动加剧，农村“空巢老人”现象突出。据此完成下面小题。

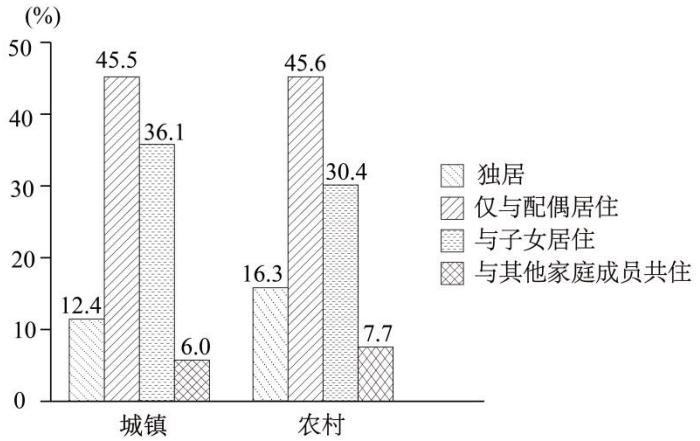

1. 造成我国城乡老年人居住模式不同的根本原因是（　）

A. 农村土地制度限制　　B. 城镇家庭观念先进　　C. 农村的劳动力外流　　D. 经济和社保的差异

2. 农村老年人与子女同住的比例和城镇相比差异显著，说明农村地区（　）

A. 多代同堂家庭模式瓦解　　B. 人口自然增长率下降

C. 青壮劳力大量进城务工　　D. 社会保障体系覆盖广

3. 为缓解“空巢老人”现象，农村应（　）

A. 发展经济增加就业率　　B. 鼓励老人随子女进城

C. 限制劳动力外出务工　　D. 提高老年人的养老金

数据中心是处理和存储数据的关键设施，占用大量空间并消耗大量电力。将服务器置于海底数据舱，利用海水冷却，可节约资源、提升安全性和计算能力。全球的数据中心网络主要依靠海底电缆进行连接。中国首个商用海底数据中心舱位于海南陵水县附近海域，该地区是国际海缆登陆点之一，位于琼东上升流区域。海底数据中心，作为新型基础设施，对海南自由贸易港的海洋和数字经济发展有深远影响。图为陵水海底数据中心位置示意图。据此完成下面小题。

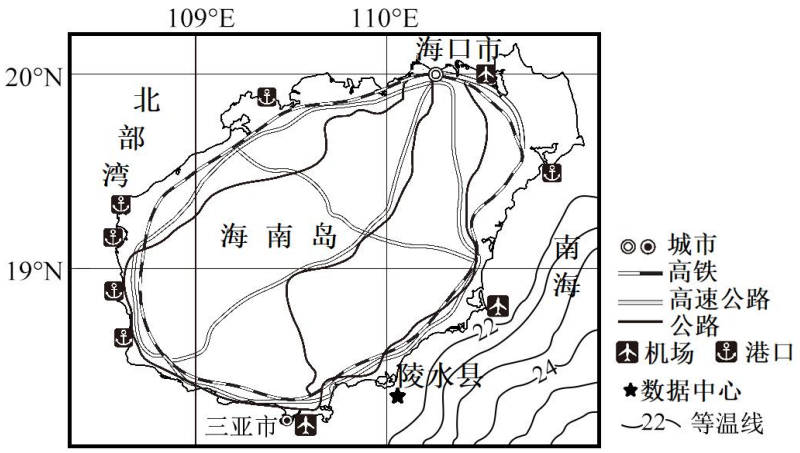

4. 中国首个商用海底数据中心舱选址的优势条件是（　　）

①有利于数据的传输②上升流区冷却性优③高速高铁交通便利④该地市场需求量大

A. ①②　　B. ②③　　C. ①④　　D. ③④

5. 海底数据中心利用海水冷却服务器的目的主要是（　　）

A. 减少碳排放　　B. 提高数据传输速度　　C. 降低故障率　　D. 增加数据存储容量

6. 海底数据中心的建设对海南自由贸易港数字产业发展的主要作用是（　　）

A. 提升数据存储和处理能力　　B. 降低运营成本

C. 增强数字产业的创新能力　　D. 扩大市场规模

位于珠峰北坡近 10 公里的绒布河谷（大致地理坐标为：86°50′E，28°12′N），其地势南高北低，相对高差在 2000m 以上，东南西三面被高山环抱。研究显示，河谷 1000 米以下主要盛行下山风，这种由冰川表面与周围气温差引起，形成空气沿冰雪表面流动的现象，也称为冰川风，下图示意某年 5 月该河谷观察站风向风速垂直分布的平均日变化情况。据此完成下面小题。



7. 绒布河谷的冰川风的主导风向为（　　）

A. 偏南风　　B. 偏北风　　C. 偏西风　　D. 偏东风

8. 当地时间 10 时，河谷地区盛行（　　）

A. 较强的谷风　　B. 微弱的谷风　　C. 微弱的山风　　D. 强劲的山风

9. 珠峰北坡绒布河谷之所以能形成几乎昼夜恒吹的冰川风，可能是由于北坡（　）

A. 冰川覆盖面积大　　B. 雪线较南坡高

C. 坡度比南坡更陡　　D. 气温变化较小

平潭岛是福建第一大岛，位于中国台湾山脉的雨影区，岛上风沙地貌面积大，土壤以沙质土为主，早期岛上发展农业需水量较大，灌溉问题亟待解决。湖南村位于该岛东南部，当地居民因地制宜，人工修建了形似桥梁的“翻身水渠”。该水渠连接三十六脚湖，跨越两个自然村。图 1 为湖南村翻身水渠侧视图（a）和俯视图（b），图 2 为湖南村及其附近地形图。据此完成下面小题。

图1

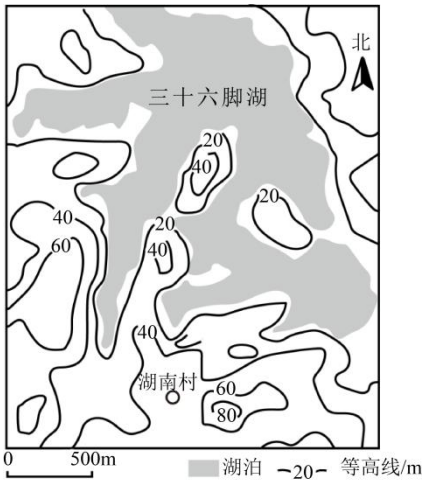

图2

10. 福建平潭岛湖南村所在地区（　）

A. 水分蒸发量小　　B. 风力较为强劲　　C. 地势较为平坦　　D. 气候炎热干燥

11. 与传统地面水渠相比，翻身水渠（　）

A. 受人类活动影响大　　B. 依靠动力输水　　C. 能减少耕地的占用　　D. 易被风沙掩埋

12. 翻身水渠的设计主要适应了平潭岛当地（　）

A. 地形条件需跨越沟壑　　B. 沙土广布需防止渗漏

C. 蒸发旺盛需保持水分　　D. 台风频发需加固工程

埃因霍温位于荷兰北布拉班特省，是欧洲重要工业城市，其境内河网交错，多条铁路干线在此交汇，周边公路交通也十分发达，形成了完善的交通网络。其产业发展历经了三个阶段：1840 年代—1910 年代为劳动密集型产业时代，纺织、制帽等产业兴起；1910 年代—1990 年代为电子工业时代，飞利浦公司崛起并主导产业发展；1990 年代至今为高科技产业时代，实现了产业转型升级。图为埃因霍温城市与产业演变逻辑图。据此完成下面小题。

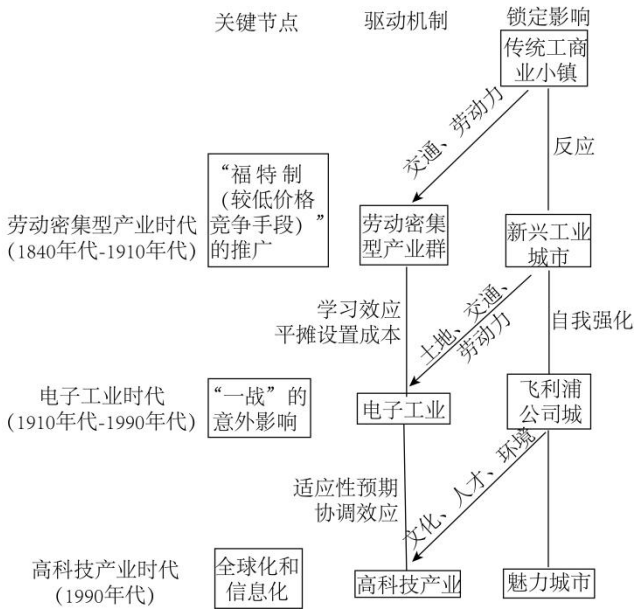

13. 1840 年代—1910 年代，埃因霍温发展劳动密集型产业的主要优势是（　　）

A. 广阔的市场　　B. 先进的技术　　C. 优越的交通　　D. 丰富的原料

14. 1910 年代—1990 年代，促使飞利浦公司在埃因霍温成功转型并快速发展的关键因素是（　　）

A. 一战的爆发　　B. 技术的突破　　C. 充足的土地　　D. 政府的支持

15. 1990 年代至今，埃因霍温能够成功转型为高科技产业主导的城市，主要得益于（　　）

①创新理念和人才 ②优质的城市环境 ③政府的政策扶持 ④丰富的自然资源

A. ①②③　　B. ①②④　　C. ①③④　　D. ②③④

二、非选择题：本题共 4 小题，共 55 分。

16. 阅读图文资料，完成下列要求。(19 分)

三江源是指长江、黄河和澜沧江的发源地（图），是中国淡水资源的重要补给地。该区域内 62.1%的面积被多年冻土覆盖，同时也存在季节性冻土。气候变暖导致气温和降水变化，影响冻土层发育。该地区热融湖塘的出现，是多年冻土层退化导致的：多年冻土层上部的地下冰融化后，地表发生沉降，积水形成了湖泊。近年来，这些湖泊的数量和面积有了显著的变化。数据显示，1960—2020 年间，长江源区湖塘数量激增，黄河源和澜沧江源的湖塘数量略有下降，且多年冻土区湖塘数量多于季节性冻土区。三江源不同流域冻土条件差异显著：长江源区多年冻土分布广泛且深厚；黄河源区西部为多年冻土区，东部为季节性冻土区；澜沧江源区大部分为季节性冻土区，多年冻土分布较少且呈零星状。

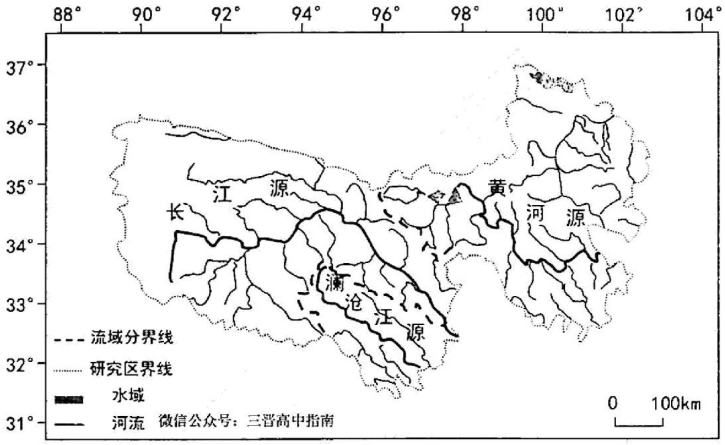

（1）从冻土的热学性质和水分变化角度，分析多年冻土和季节性冻土对三江源湖塘数量影响存在差异的原因。(6 分)

（2）结合黄河源区的冻土分布特点，说明其湖塘数量减少的原因及过程。(6 分)

（3）有观点认为，未来随着全球气候变暖加剧，三江源不同流域的湖塘变化趋势会进一步分化。请你对这一观点进行论证。(7 分)

17. 阅读图文资料，完成下列要求。(12 分)

石墨是关键矿产，应用于新能源、电子和国防等领域。它作为新能源汽车电池的负极材料，对电池性能有重要影响；同时，它也用于光伏产业的硅片制造。我国石墨资源丰富，黑龙江的晶质石墨品质优良，内蒙古石墨资源类型多样。石墨产业基础坚实，是全球唯一拥有完整产业链的国家，选矿、初加工、深加

工技术领先，具备高质量发展的基础。我国目前对高性能氟化石墨、低硫可膨胀石墨和高端石墨乳等产品的需求，仍然需要依赖进口。面对众多挑战，国内石墨企业大多为技术差异较大的中小企业，这导致了高端产品供应不足。在全球范围内，贸易保护主义的兴起以及石墨进口门槛的提升加剧了竞争态势。与此同时，石墨产业面临着更为严格的环境保护规定，由于开采和加工过程中容易产生污染，这进一步增加了企业的运营成本。图 1 显示 2022 年中国晶质石墨资源省份分布状况，图 2 示意 2023 年全球主要石墨生产国家的石墨产量。

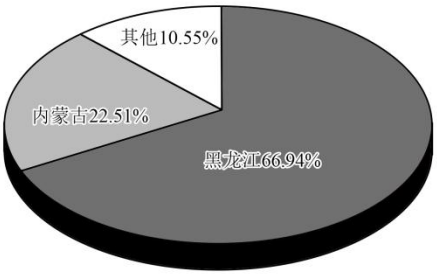

图1

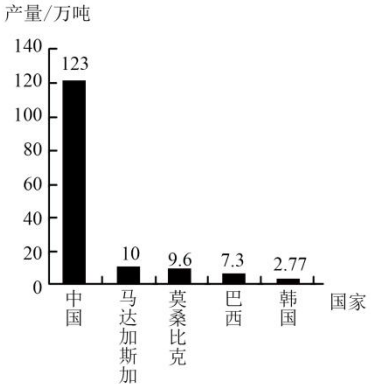

图2

（1）结合图 1，简述我国发展石墨产业在资源方面的有利条件。(4 分)

（2）结合图 2，分析我国石墨产业在国际竞争中面临的挑战。(4 分)

（3）请为实现我国石墨产业的可持续发展提出兼顾产业升级和环保的措施。(4 分)

18. 阅读图文资料，完成下列要求。(12 分)

西藏某农业基地在研究温室效应与农业设施的联系过程中，首先开展了探究二氧化碳对气温影响的简易实验。实验使用锥形瓶、干燥管、导气管等材料，用大理石粉末和稀盐酸进行反应（$CaCO_3+2HCl=CaCl_2+H_2O+CO_2\uparrow$），装置如图 1 所示，气密性良好。在相同强日照条件下，向锥形瓶 A 中加入稀盐酸并记录锥形瓶 B 和 C 的温度变化。结果表明，锥形瓶 B 和 C 的温度均上升，B 瓶升温更快，

温差最终稳定。该基地开发的阴阳棚日光温室是对传统温室的创新。图 2 为双拱三膜半地下式阴阳棚日光温室结构，它在传统日光温室北侧增建采光面朝北的阴棚，二者共用一面支撑墙。阳棚有内外两层拱架，内层铺塑料薄膜，外层辅塑料薄膜和保温被，额外加一层薄膜。建造时阳棚地基低于阴棚。

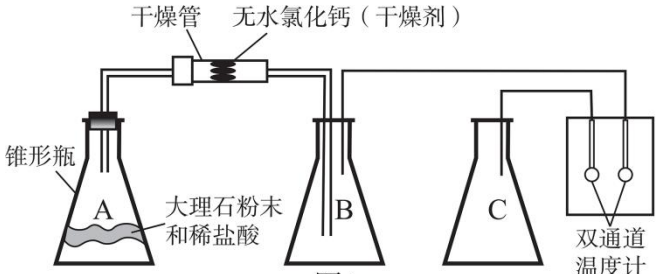

图1

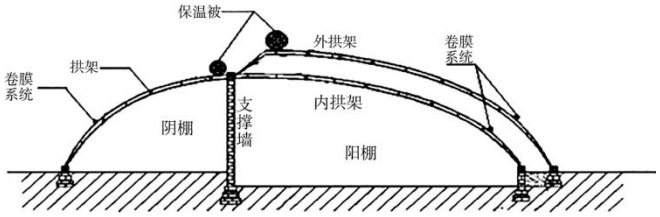

图2

（1）结合实验原理，说明图 2 的阴阳棚日光温室提升阳棚保温性能的过程。(6 分)

（2）指出阴阳棚日光温室相较传统温室的优势。(提示：从建造成本、保温性能、作物质量等方面思考作答。)（6 分）

19. 阅读图文资料，完成下列要求。(12 分)

某校地理兴趣小组组织了研究地表形态变化与物质循环关系的探索活动。经过查阅资料和实地考察，他们发现，沉积物路径系统是由侵蚀区、搬运区以及沉积区共同构成的一个复杂的动态体系，该系统在塑造地球表面形态和物质循环中具有关键意义。气候变化、构造运动等因素会对沉积物路径系统产生深刻影响，进而改变区域的地质地貌特征。图为某地理兴趣小组同学绘制的沉积物路径系统素描图。

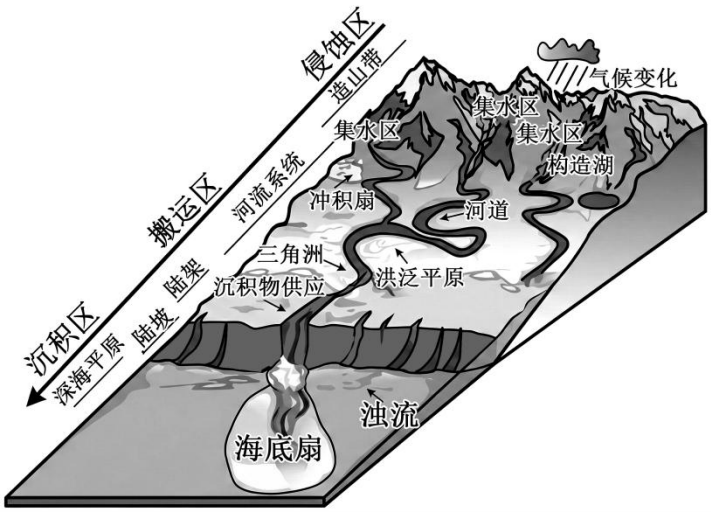

(1) 分别指出图中由内力、外力作用形成的地貌，各举两例。(6 分)

(2) 阐述在干旱-半干旱地区与湿润地区，沉积物路径系统中搬运区的河流搬运能力及搬运物质特征的差异。(6 分)